العنوان ..... الدرس 1

المستوى ..... السنة 5 من التعليم الاساسي

نوع الدرس ..... الجغرافيا

إسم الدرس ..... موقع مدرستي

المحور 1: المَواقع والاتّجاهات الجغرافيّة

مَوْقِعُ مَدْرَسَتِي

أكتشف وأحلّل وَأَسْتَنتِجُ.

الوضعيّة 1.

1) أكتشف:

بمناسبة عطلة مدرسيّة شاركتَ في مخيّم كشفيّ بإحدى غابات البلاد التّونسيّة. وعند الصّباح خرجتم من خيمة الإقامة لتقُومُوا بجولة في الغابة الشّاسعة... وبعد سير طويل توقّفتم في فجوة غابيّة أين قمتم بنشاط ترفيهي ثقافي.

عند الزّوال طلب منكم القائد أن تعودوا إلى مقرّ الإقامة في المخيّم بالاعتماد على أنفسكم فاحتار الأطفال في كيفيّة العودة.

أخبرتَهم أنّه عند مغادرتكم المخيّم صباحا كانت الشّمس وراءكم. إذا فما هو الاتّجاه المناسب للعودة؟

(نَصْمُتُ 5 ثواني على الأقل لإعطاء فرصة التفكير في الحلّ).

الاتّجاه المناسب للعودة هو الاتّجاه المعاكس لجهة غروب الشّمس لأنّه عند خروجنا صباحا كانت الشّمس وراءنا ممّا يعني أنّ المخيّم يكون في جهة الشرق.

2) أحاول:

أ. أتأمّل الصّورة المصاحبة.

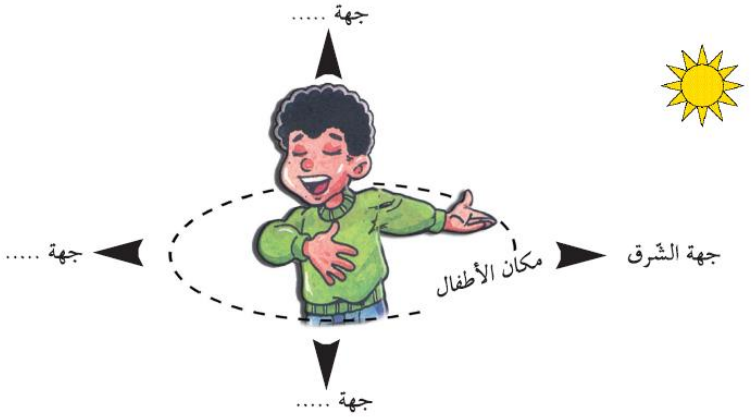

- أتعرّف الجهة الّتي أشرقت منها الشّمس.

(نَصْمُتُ 3 ثواني على الأقل لإعطاء فرصة التفكير في الحلّ).

جهة الشّرق هي الجهة الّتي تشرق منها الشّمس.

- أحدّد مكان الأطفال بالنّسبة إلى المخيّم.

(نَصْمُتُ 3 ثواني على الأقل لإعطاء فرصة التفكير في الحلّ).

الأطفال متواجدون غرب المخيّم.

- أكتب الجهات الأربع علما وأنّه إذا وقفت متّجها نحو الشّرق يكون الشّمال على يساري.

(نَصْمُتُ 5 ثواني على الأقل لإعطاء فرصة التفكير في الحلّ).

اعتمادا على المعطى السّابق تكون الاتّجاهات كالآتي:

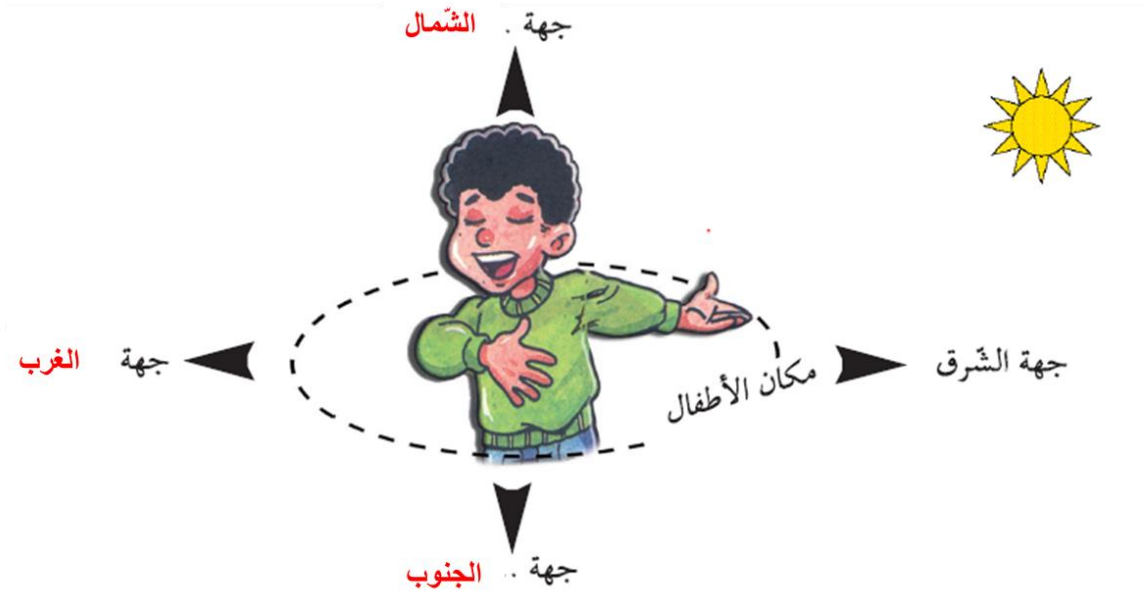

ب. قال أحد الأطفال: "لقد توصّلنا إلى معرفة كلّ الجهات بالاعتماد على موقع الشّمس ولكنّي أحمل بوصلة علّمني والدي كيفيّة استعمالها:

لها ابرة ملوّنة تشير دائما إلى جهة الشّمال".

3) أستنتج:

- الجهة الّتي تشرق منها الشّمس هي جهة .....
- الجهة الّتي تغرب منها الشّمس هي جهة .....
- إبرة البوصلة الملّونة تشير إلى جهة .....
- الجهة المقابلة لها هي جهة .....

(نَصْمُتُ 5 ثواني على الأقل لإعطاء فرصة التفكير في الحلّ).

- الجهة الّتي تشرق منها الشّمس هي جهة الشّرق.
- الجهة الّتي تغرب منها الشّمس هي جهة الغرب.
- إبرة البوصلة الملّونة تشير إلى جهة الشّمال.
- الجهة المقابلة لها هي جهة الجنوب.

أغني معلوماتي:

عرف الإنسان اتّجاهاته منذ القِدَمِ مهتديا بالنّجوم والشّمس... إلى أن صنع أجهزة مكّنته من معرفة الاتّجاهات بسهولة. البوصلة آلة لتحديد الاتّجاه، صنعها العرب واستعملوها.

الوضعيّة 2.

1) أكتشف.

بعد العودة إلى المخيّم طلب المنشّط من الأطفال أن يحدّدوا مواقع مدارسهم باعتبارهم صاروا يعرفون الاتّجاهات.

قم أنت بتحديد موقع مدرستك بالنسّبة لمنزلكم.

(نَصْمُتُ 5 ثواني على الأقل لإعطاء فرصة التفكير في الحلّ).

تقع مدرستي(افتراضا) في الجهة الجنوبية

من موقع منزلنا.

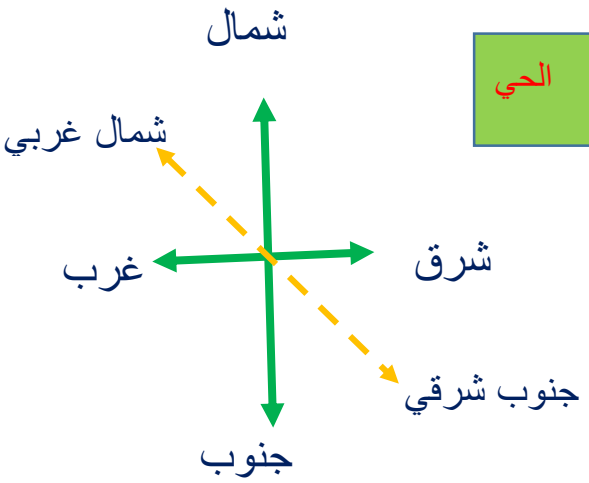

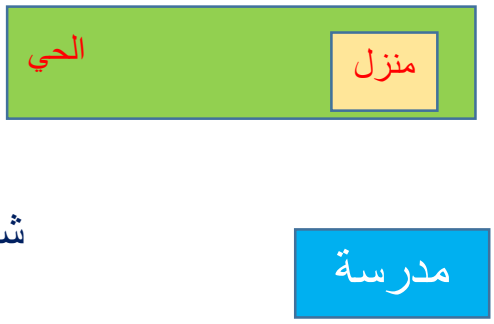

2) أحلّل.

أ. أحدّد موقع مدرستي:

- بالنّسبة إلى منزلي.

بالنّسبة إلى الحيّ الّذي أسكنه.

(نَصْمُتُ 5 ثواني على الأقل لإعطاء فرصة التفكير في الحلّ).

- تقع مدرستي جنوبا بالنّسبة إلى منزلي.

- أمّا بالنّسبة إلى الحيّ الّذي أسكنه فهي توجد في الجنوب الشرقي.

ب. أنجز رسما بيانيّا لموقع

مدرستي وما يحيط بها. (نَصْمُتُ 5 ثواني على الأقل لإعطاء فرصة التفكير في الحلّ).

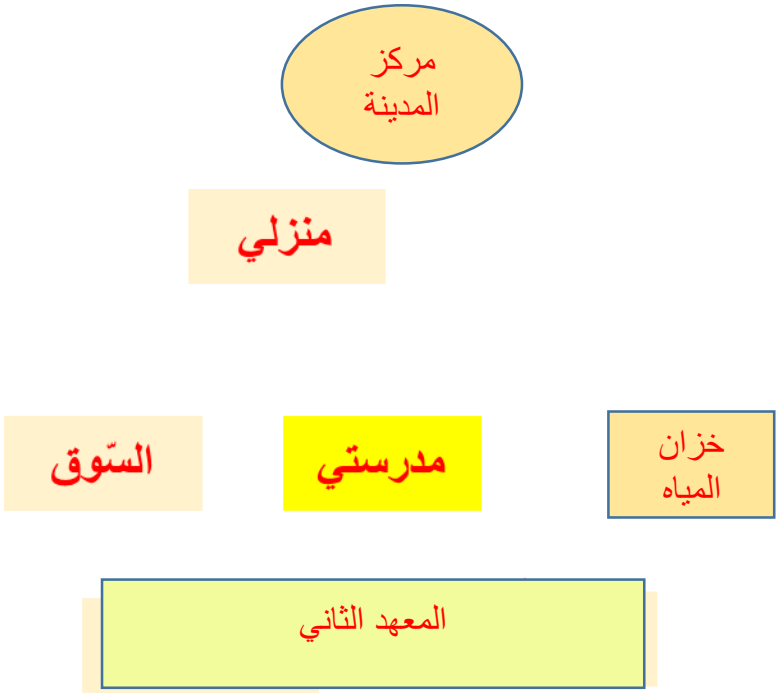

3) أستنتج.

اسم مدرستي ..... تقع ..... وتبعد ..... عن .....

(نَصْمُتُ 4 ثواني على الأقل لإعطاء فرصة التفكير في الحلّ).

اسم مدرستي النّجاح تقع في الجنوب الشّرقي من الحيّ وتبعد 100 متر عن بيتنا.

أوظّف مكتسباتي.

النّشاط 1:

أحدّد مواقع أخرى بالنّسبة إلى مدرستي.

- مركز المدينة يوجد ..... مدرستي.

- المعهد الثّاني يوجد .....مدرستي.

- السّوق الأسبوعيّة توجد.... مدرستي.

- خزّان الماء يوجد ..... مدرستي.

(نَصْمُتُ 5 ثواني على الأقل لإعطاء فرصة التفكير في الحلّ).

- مركز المدينة يوجد شمال مدرستي.

- المعهد الثّاني يوجد جنوب مدرستي.

- السّوق الأسبوعيّة توجد غرب مدرستي.

- خزّان الماء يوجد شرق مدرستي.

النّشاط 2:

بعد تناول العشاء شاهد الأطفال النّشرة الجويّة، قال مقدّم النّشرة الجويّة: "تكون السّماء غائمة في جهة **الشّمال الغربي** للبلاد ونتوقّع نزول أمطار بجهة **الشّمال.** أمّا في جهة **الجنوب وجهة الجنوب الغربي** فتكون السماء صافية".

- أنقل الخريطة وأكتب عليها أسماء الجهات الّتي ذكرها مقدّم النّشرة الجويّة.

(نَصْمُتُ 6 ثواني على الأقل لإعطاء فرصة التفكير في الحلّ).

لمعرفة أماكن الجهات المذكورة قمنا بإضافة مفتاح للخريطة يمكنّنا من قراءتها بسهولة تامّة:

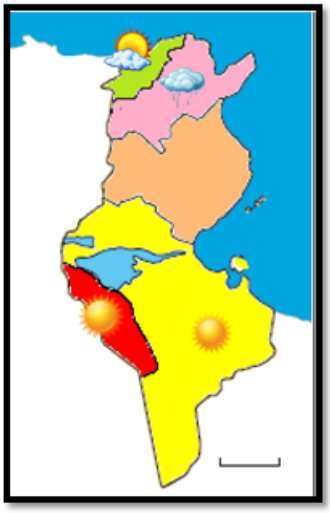

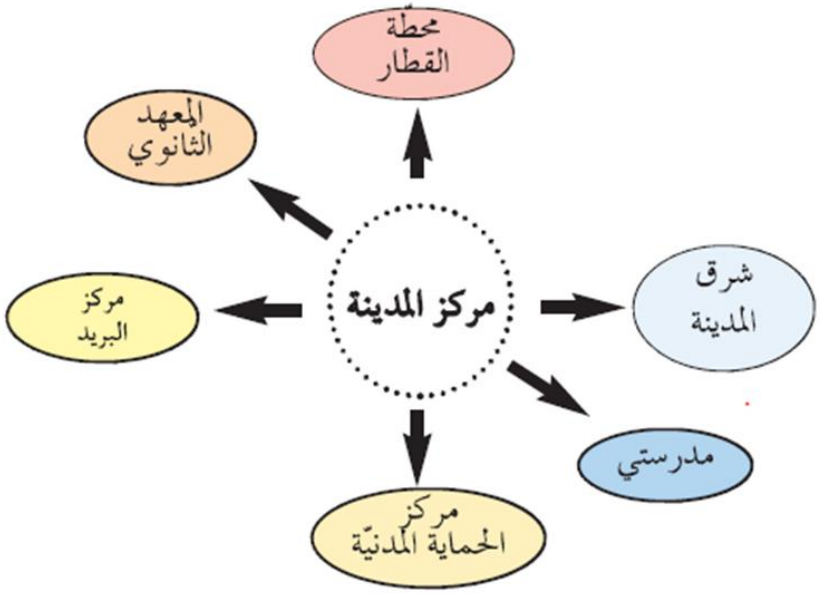

النّشاط 3:

أحدّد مواقع الأماكن المذكورة.

(نَصْمُتُ 5 ثواني على الأقل لإعطاء فرصة التفكير في الحلّ).

- تقع مدرستي في جهة الجنوب الشّرقي من مركز المدينة.
- يوجد مركز الحماية المدنيّة في جنوب مركز المدينة.
- مركز البريد يوجد غرب مركز المدينة.
- المعهد الثّانوي يوجد في الشمال الغربي لمركز المدينة.
- محطّة القطار توجد شمال مركز المدينة.

أتوسّع

اِستعمل الإنسان أيضا النّجوم في تحديد الاتّجاهات، أبحث عن تعريف لهذه المصطلحات الّتي استعان بها الإنسان لتحديد اتّجاهه:

الدبّ الأصغر - الدّب الأكبر – النّجمة القطبيّة.

(نَصْمُتُ 6 ثواني على الأقل لإعطاء فرصة التفكير في الحلّ).

النّجمة القطبيّة: وهي اسمٌ يُطلق على أحد نجوم الجزء الشمالي من الكرة الأرضية وأكثرها لمعاناويبعد عنا مسافة تقدر بـ 430 سنة ضوئية

يقع ضمن كوكبة الدب الأصغر ، فهو أخر نجم في ذيله ودرجة لمعانه عالية.

لمعرفة اتجاهك في الليل انظر إلى النجم القطبي والذي يمثل اتجاه الشمال، وعلى يمينك يكون اتجاه الشرق، وعلى يسارك اتجاه الغرب.

الدب الأكبر: يحوي نجمين هما ظهر الدب والمراق، ويشيران إلى النجم القطبي

الدب الأصغر: وهو أصغر حجمًا من الدب الأكبر. ويمكن رؤية الدب الأكبر والدب الأصغر على مدار السنة في نصف الكرة الشمالي.