العنوان .....

المستوى ..... السنة 5 من التعليم الأساسي

نوع الدرس ..... جغرافيا

إسم الدرس ..... المشهد الحضري المحلي

www.saboura.net

# المشهد الحضري المحلي

## أكتشف وأحلّل وَأَسْتَنتِجُ.

## الوضعيّة 1

### 1) أكتشف:

ألاحظ الصورتين 1و 2

صورة عدد 2



صورة عدد 1

## 2) أحلّل:

ا)أسجل على كراسي

*ماذا تمثل الصورة الأولى.

.....

صمت 5ث

**الإجابة**

مشهد حضري لمدينة تونس.

*ماذاتمثل الصورة الثانية.

.....

صمت 5ث

**الإجابة**

مشهد محلي لمدينة تونس.

*الفوارق بين الصورتين.

.....

صمت 5ث

**الإجابة**

*اختلاف في النمط المعماري.

*اختلاف في الخدمات و السلطات المركزية.

*اختلاف في الكثافة السكانية.

ب)اذكر ما أشاهده في المظهر الأمامي للصورة عدد 2

صورة عدد 2

اختار احد المباني في المنظر الأمامي للصورة عدد 2 و احسب

*عدد طوابقها عموديا.

.....

صمت 5ث

**الإجابة**

6 طوابق.

*عدد شرفاتها أفقيا.

.....

صمت 5ث

**الإجابة**

6 شرفات.

*اذكر بماذا تمتاز هذه المباني.

.....

صمت 5ث

**الإجابة**

تمتاز هذه المباني بنمط معماري يغلب عليه البناء العمودي في حين يكون على إطرافها على شكل مساكن فردية منتشرة و قليلة الارتفاع.

**اغني معلوماتي**

على خلاف المجال الريفي الشاسع تحتل المدن مساحات محدودة.

## الوضعيّة 1.

### 1) أكتشف:

ألاحظ الصّورة عدد 3 وأسجّل ملاحظاتي.

صورة عدد 3: مدينة تونس

### 2) أحلّل:

اسمي ما أشاهده في المنظر الأمامي للصورة عدد 3.

.....

صمت 5ث

**الإجابة**

*عمارات

*مباني

*شقق

*طرقات

*اذكر لأي غرض تمت تهيئة  هذه الفضاءات.

+تأويمقرات .....

+لتنقل.....

+لسير.....

صمت 5ث

**الإجابة**

+تأوي مقرات للسكن, و مراكز و سلطات مركزية التي تتوفر فيها جل الخدمات لخدمة مصالح المواطن.

*ألاحظ الصورة عدد 4



صورة عدد 4 مشهد من الجزء الجنوبي لمدينة تونس

saboura.net

*احدد بماذا يمتاز هذا المشهد من مدينة تونس من حيث

+كثافة البنايات

.....

+المعالم البارزة

.....

+شكل الطرقات

.....

صمت 5ث

**الإجابة**

+يتميز المشهد بنمط معماري يغلب عليه البناء العمودي للبنايات في حين نجد مساكن فردية منتشرة و قليلة الارتفاع.

+في حين نجد المعالم كالمساجد.

+الطرقات شاسعة و ممتدة.

**اغني معلوماتي**

*يتميز المركز العصري في المدن بنمط معماري عمودي.

*يتغير المشهد الحضري على إطراف المدن و ذلك بإنشاء المساكن الفردية قليلة الارتفاع.

**3)استنتج**

أكمل بما يناسب من الكلمات و أسجل على كراسي

امتداد

المباني

الكثافة

المجال

عمارات

المشهد الحضري هو صورة ل.....هيأهالإنسان و نظمه و من ابرز عناصره ارتفاع.....و.....المدينة و.....السكنية.

صمت 5ث

**الإجابة**

المشهد الحضري هو صورة لمجالهيأه الإنسان و نظمه و من ابرز عناصره ارتفاعالمباني و عماراتالمدينة والكثافةالسكنية.

**أوظّف مكتسباتي.**

**النّشاط 1:**

*اتامل الصورة 5,6 و7

صورة عدد 5 عمارات  صورة عدد 6 قرية  صورة عدد 7 امتداد المدينة

*أبين ما هو مشهد حضري من غيره و أعللإجابتي

.....

صمت 5ث

**الإجابة**

***الصورة عدد و 7 , 5**

تمثل مشهد حضري فالمشهد الحضري هو مجال هيأهالإنسان وفق نمط عيش , و غالبا ما يتكون المشهد الحضري من عمارات شاهقة والتي يغلب عليها البناء العمودي , كذلك وجود الطرقات الممتدة و المكتضة على غرار المشهد المحلي الذي نجد به مساكن منتشرة و قليلة الارتفاع.

**النّشاط 2:**

انقل المعلومات واضع علامة في الخانة المناسبة للمعلومة التي تدل على امتداد المدينة.

*مدينتي بها عمارات متلاصقة.

*اقضي نصف ساعة في الحافلة لانتقل من مركز المدينة إلى بيتي.

*بعض شوارع مدينتي طويلة لا استطيع أنأصل باسم نهايتها مترجلا.

*تتركز في وسط مدينتي مقرات لإدارات متعددة.

صمت 5ث

**الإجابة**

X*مدينتي بها عمارات متلاصقة.

X*اقضي نصف ساعة في الحافلة لانتقل من مركز المدينة إلى بيتي.

X*بعض شوارع مدينتي طويلة لا استطيع أن أصل باسم نهايتها مترجلا.

*تتركز في وسط مدينتي مقرات لإدارات متعددة.

Xصمت 5ث

الإجابة

## النّشاط3

أنجز على كراسي رسما استعمل فيه مستطيلات لأجسم اختلاف ارتفاع المباني و كثافتها في مركز المدينة و أطرافها.

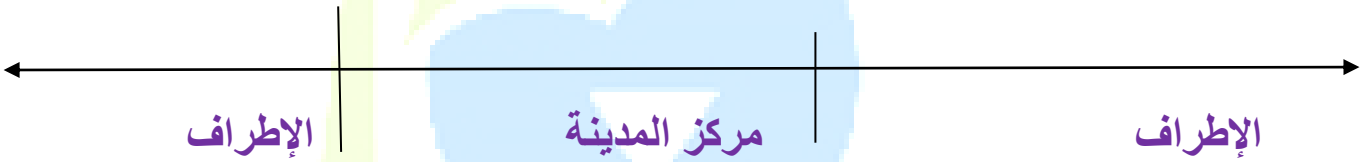


صمت 5ث

الإجابة

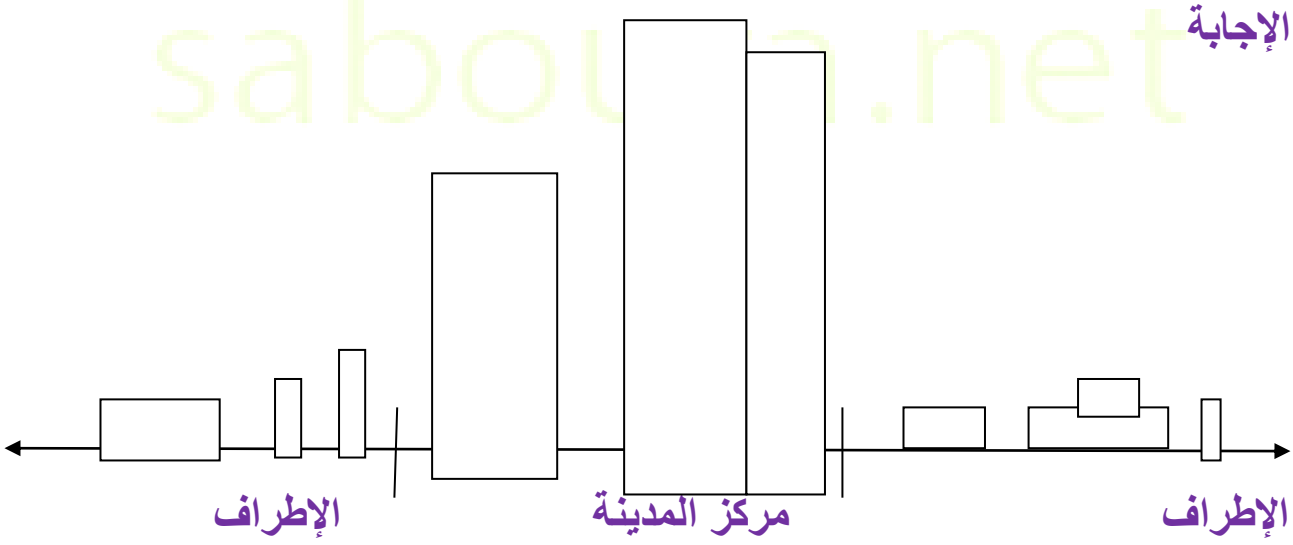

## اتوسع

اعد ملفا حول المدينة التي اسكنها أو المدينة المجاورة لقريتي من حيث

+توسعها ألمجالي

+أهم معالمها

+أهمأحيائها

+موقع الحي الذي اسكن فيه

+المحافظة على النظافة فيها.

saboura.net