saboura.net

العنوان .....

المستوى ..... السنة 5 من التعليم الاساسي

نوع الدرس ..... جغرافيا

إسم الدرس ..... موضع المدينة و موقعها

موضع المدينة و موقعها

أكتشف وأحلّل وَأَسْتَنتِجُ.

الوضعيّة 1

1) أكتشف:

هذه أسماء مجموعة مدن تونسية

سوسة ,تطاوين ,بنزرت , القصرين

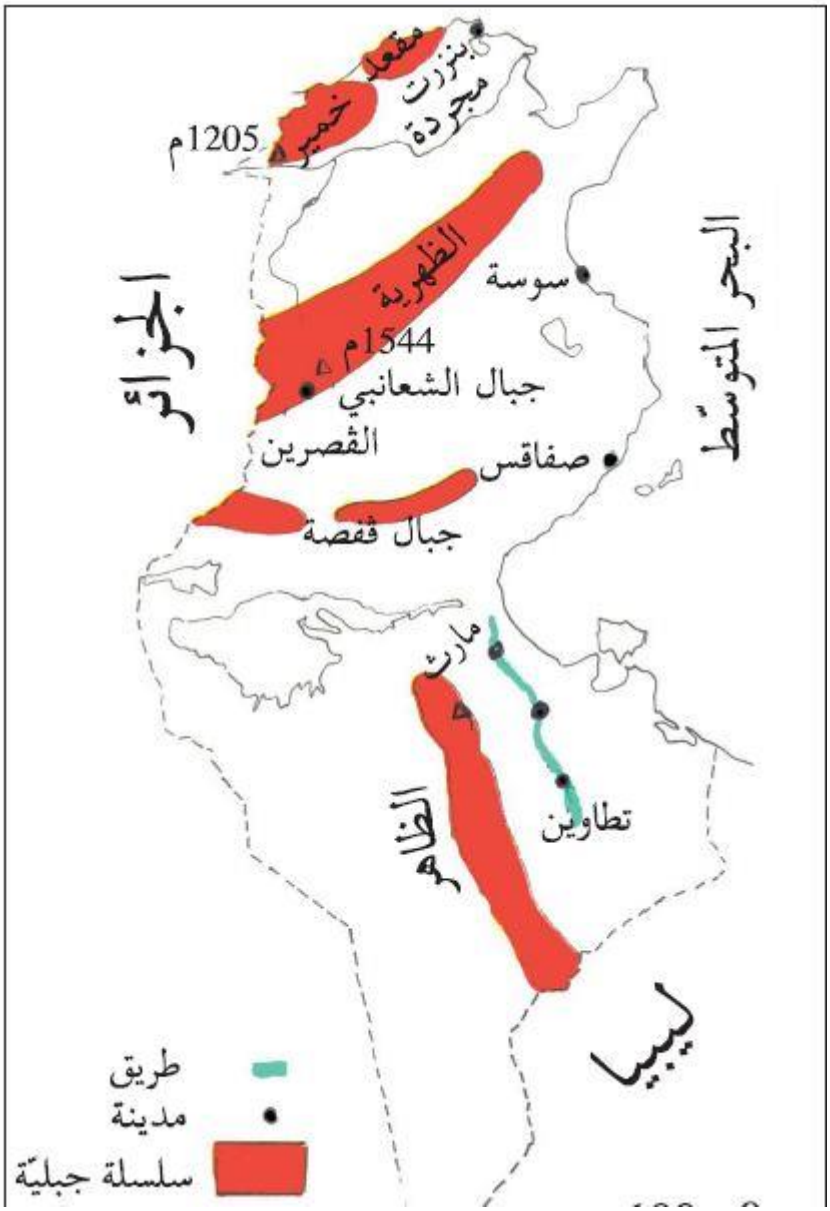

2)احلل

*انقل الجدول و اكتب اسم كل مدينة من هذه المدن في الخانة المناسبة مستعينا بخريطة تونس.

تقع شمال البلاد	تقع قرب جبل الشعانبي	تقع على الساحل الشرقي	تقع على الطريق الرابطة بين مارث و تطاوين

صمت 5ث

الإجابة

تقع شمال البلاد	تقع قرب جبل الشعانبي	تقع على الساحل الشرقي	تقع على الطريق الرابطة بين مارث و تطاوين
بنزرت	القصرين	سوسة	تطاوين

ا)اذكر المكان التي توجد به مدينتي من البلاد التونسية.

.....

صمت 5ث

الإجابة

تقع ولاية سيدي بوزيد في الوسط للبلاد التونسية.

ب)احدد الموقع الذي تحتله مدينتي بالنسبة للوحدات التضاريسية المرسومة على الخريطة .

.....

صمت 5ث

الإجابة

ولاية سيدي بوزيد تحيط بها من الناحية الشرقية جبل فائض ومن الناحية الشمالية جبل لسوده ومن الناحية الجنوبية جبل قارة حديد ومن الناحية الغربية جبل الكبار.

3)استنتج

لكل مدينة موقع ,احدد هذا الموقع بالرجوع إلى .....أو إلى.....

صمت 5ث

الإجابة

لكل مدينة موقع ,احدد هذا الموقع بالرجوع إلى موقعها أو إلى موضعها.

اغني معلوماتي

موقع المدينة :شمال البلاد ,جنوب البلاد او على ساحل البحر , غرب سلسلة الجبال الظهرية.

موضع المدينة :موضع مصب واد,موضع خليج,بين بحيرتين.

الوضعيّة2

1) أكتشف:

ألاحظ الرسوم التالية

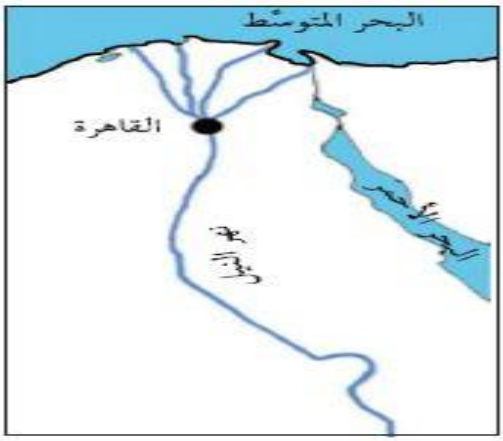

رسم عدد 2 موضع مدينة القاهرة

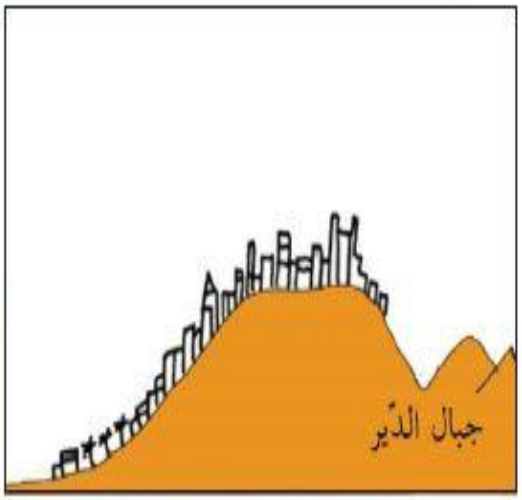

رسم عدد 3 موضع مدينة الكاف

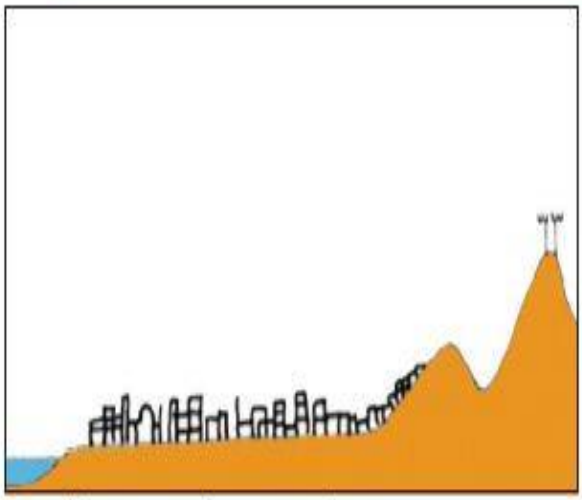

رسم عدد 4رسم موضع مدينة

2)احلل

ا) *احدد المواضع التي نشأت فيها المدن المذكورة.

.....

صمت 5ث

الإجابة

* القاهرة تقع على الضفة الشرقية لنهر النيل ويحدها شمالاً محافظتي القليوبية والشرقية وجنوباً وغرباً محافظة الجيزة ومن الشرق محافظة السويس.

* مدينة الكاف تنتصب على ظهر جبل وعر المنحدر (جبل الدّير) و على آفاق فسيحة الأرجاء منها سهول السّرس و " زنفور. " و " الأربص.

*رسم عدد 3

تقع المدينة على ظهر جبل و هضبة.

*اذكر أسباب اختيارها و الأماكن التي تأسست عليها المدن المذكورة

الكاف,حمام الأنف,القيروان,القاهرة.

.....

صمت 5ث

الإجابة

*يعود السبب لاختيار هذه المدن هو الموقع والموضع الاستراتيجي الذي تحتله.

ب) *احدد أسباب نشأة مدينتي في الموقع و في الموضع التي توجد بها حاليا.

.....

صمت 5ث

الإجابة

* الموضع و الموقع الإستراتيجي الذي تحتله فهي محاطة بعديد الجبال

*اذكر من أي جهة و في أي اتجاه توسعت مدينتي و لأي سبب لم تتوسع من جهات محددة.

.....

صمت 5ث

الإجابة

توسعت مدينتي من الجهات الأربعة و الاتجاهات الأربعة و ذلك لتاسيس موقع خاص يتميز عن غيره من المدن الاخرى.