saboura.net

العنوان .....

المستوى ..... السنة 5 من التعليم الاساسي

نوع الدرس ..... جغرافيا

إسم الدرس ..... مشهد مدينة تونس: الموقع والموضع

www.saboura.net

المشاهد الحضرية

الدرس : **مشهد مدينة تونس: الموقع والموضع**

الوضعيّة 1:

1) أكتشف:

- أنقل الخريطة وأسجّل عليها إسم مدينة تونس في موقعها المناسب.

رسم عدد 1خريطة البلاد التّونسيّة

الإجابة

sabura.net

رسم عدد 1 خريطة البلاد التّونسيّة

2) أحلّل:

- أبرز باللّون الأزرق الخليج الّذي تقع على ضفافه مدينة تونس الكبرى.

.....

الإجابة:

- أبرز باللّون الأخضر شبه جزيرة الوطن القِبْلِي.

.....

الإجابة:

- أحدّد موقع تونس بالنّسبة إلى شبه جزيرة الوطن القبلي.

.....

الإجابة:

تقع تونس شمال غرب شبه جزيرة الوطن القبلي (نَابِل).

- أحدّد في أيّة جهة تقع مدينة تونس بالنّسبة إلى البلاد التّونسيّة.

.....

الإجابة:

تقع مدينة تونس شمال البلاد التّونسيّة على ساحل البحر الأبيض المتوسّط.

أغني معلوماتي:

- كانت تونس قرية بربريّة تسمّى تيناس وكانت ضاحية لقرطاج في العهد الرّوماني.

- تنتمي مدينة تونس الكبرى إلى إقليم تونس الّذي يمتدّ من الشّمال إلى الجنوب على مسافة تقارب 50 كم ومن الشّرق إلى الغرب حوالي 40 كم، ويتكوّن الإقليم من أربع ولايات.

3) أستنتج:

تقع مدينة تونس في الجهة ..... للبلاد التّونسيّة على ساحل .....

الإجابة:

تقع مدينة تونس في الجهة الشّماليّة للبلاد التّونسيّة على ساحل البحر الأبيض المتوسّط.

الوضعيّة 2:

1) أكتشف:

– أتأمّل الرّسم عدد 2:

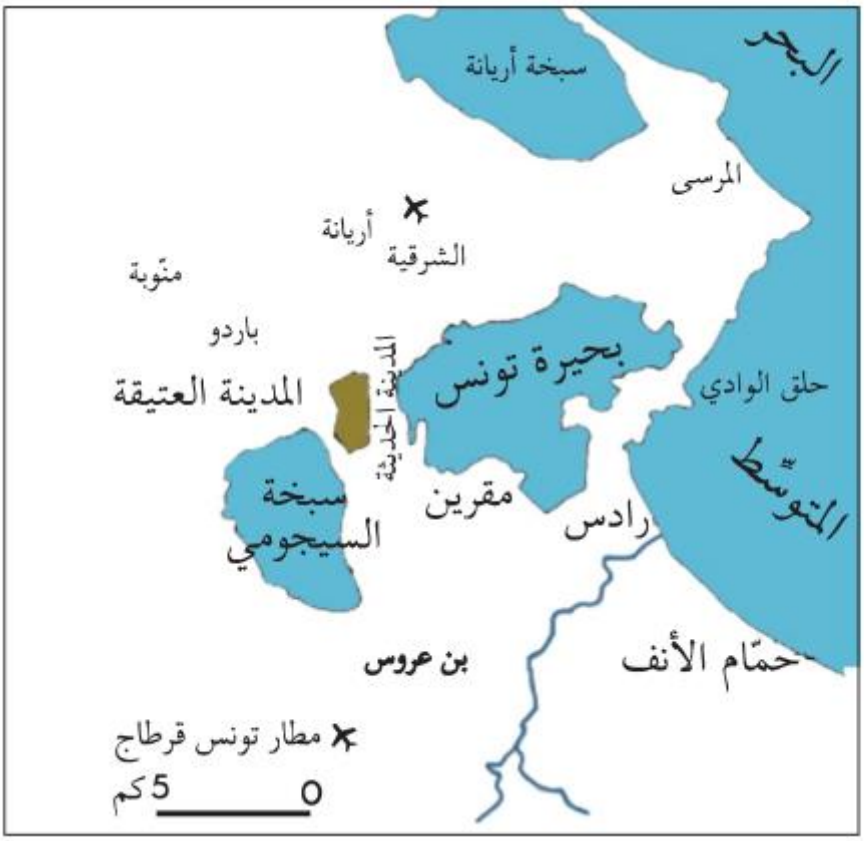

رسم عدد2
رسم بياني لموضع مدينة تونس

2) أحلّل:

.1

المشهد 1:

– أذكر أسماء لِرَبْوَاتٍ ومرتفعات تقع عليها مدينة تونس.

.....

الإجابة:

تقع مدينة تونس على ربوة ذات منحدرات خفيفة متجّهة نحو بحيرة تونس بالإضافة إلى التلال الوعرة مثل جبل النحلي وجبل سِيدِي بِلْحَسَنْ...

– أسمّي المسطّحات المائيّة الّتي توجد حول مدينة تونس.

.....

الإجابة:

sabura.net

المسطّحات المائيّة الّتي توجد حول مدينة تونس: بحيرة تونس وسبخة السيجومي.

- أذكر الجهات: الّتي يمكن أن تتوسّع منها.

الّتي لا يمكن أن تتوسّع منها.

.....

الإجابة:

- الجهات: الّتي يمكن أن تتوسّع منها: أشرطة ممتدّة نحو الشّمال والجنوب.

الّتي لا يمكن أن تتوسّع منها: من الجهتين الشرقيّة والشّماليّة نظرا لأنّها مقيّدة بالمسطّحات المائيّة والتلال الوعرة مثل جبل النحلي وجبل سيدي بلحسن

- أسمّي النّواة الأصليّة لمدينة تونس.

.....

الإجابة:

النّواة الأصليّة لمدينة تونس هي المدينة العتيقة.

- أسمّي بعض ضواحيها القريبة.

.....

الإجابة:

أسماء بعض الضّواحي القريبة من تونس:

المدن الواقعة في الضّاحية الشّماليّة: المرسى – حلق الوادي – الكَرَمْ – قرطاج...

3) أستنتج:

- أكمل:

تتموضع مدينة تونس على رَبْوَات ضيّقة بين ..... و .....

الإجابة:

تتموضع مدينة تونس على رَبْوَاتٍ ضيّقة بين بحيرة تونس و سبخة السّيجومي.

أوظّف مكتسباتي:

النّشاط 1:

– أذكر بماذا استفادت مدينة تونس من موقعها وموضعها من:

*** البحر المتوسّط.**

*** بحيرة تونس.**

الإجابة:

*** البحر المتوسّط:** الاطلال على المدن الأوروبيّة والانفتاح على الأسواق الخارجيّة فهي تعتبر محطّة تبادل تجاري.

*** بحيرة تونس:** إقامة المشاريع الكبرى مثل مشروع منطقة "ضفاف البحيرة" وعقد اتّفاقيات مع الدّول المستثمرة مثل توقيع اتفاق بين الحكومة التونسية وشركة "سما دبي" إذ تقوم بموجبه الشركة الإماراتية ببناء مدينة كاملة مستحدثة في الشطر الجنوبي.

النّشاط 2:

- أنقل الرّسم عدد 3 وأضع علامة دائريّة على موقع مدينة تونس:

رسم عدد3: جزء من خريطة البلاد التّونسيّة

الإجابة:

رسم عدد3: جزء من خريطة البلاد التّونسيّة

- أسمّي العناصر الطّبيعيّة المشار إليها بالأرقام: 1 – 2 – 3 – 4.

.....

الإجابة:

1: شبه جزيرة الوطن القبلي.

2: خليج تونس.

3: بحيرة تونس.

4: سبخة السيجومي.

النّشاط 3:

- أنقل الرّسم عدد 4 وأعمّره مستعينا بالمفتاح التّالي:

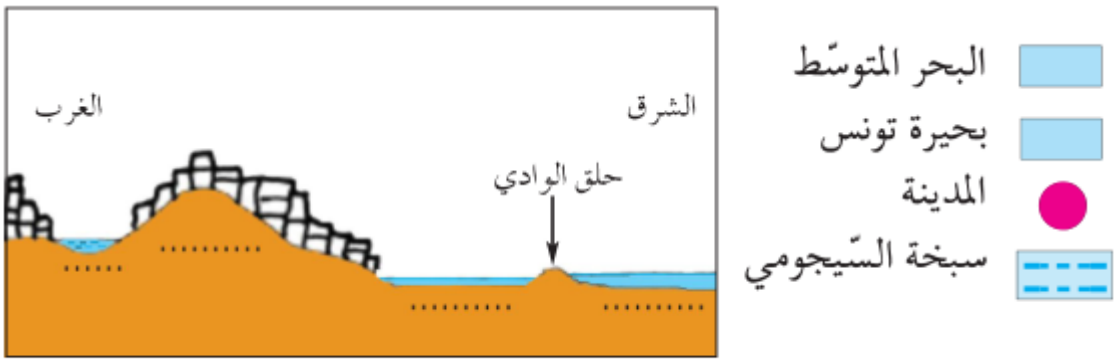

رسم عدد4 رسم بياني لموضع مدينة تونس

.....

الإجابة:

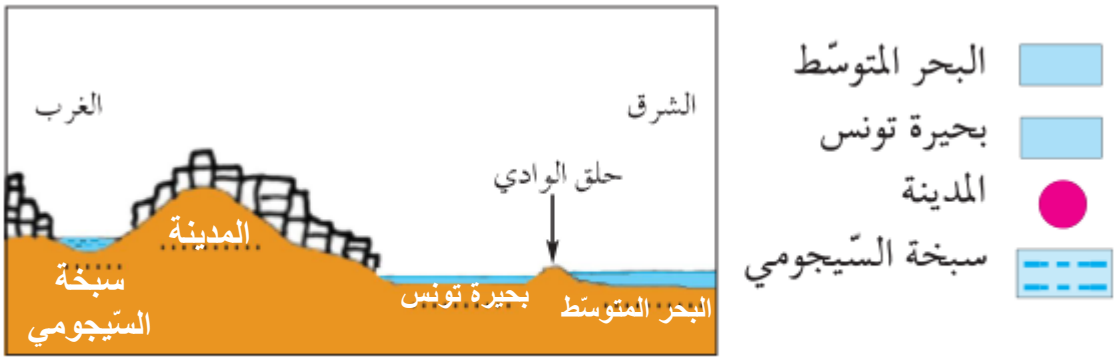

رسم عدد4 رسم بياني لموضع مدينة تونس

sabura.net

أتوسّع:

- ابحث عن أسماء مدن تونسيّة نشأت على أرض مرتفعة ومدن تونسيّة أقيمت في جزر، ومدن تونسيّة تأسّست على خليج.